В дождливую осень труба стала протекать. До прихода водопроводчика поставили под трубу ведра. Две капли капают мимо ведер. Какие?

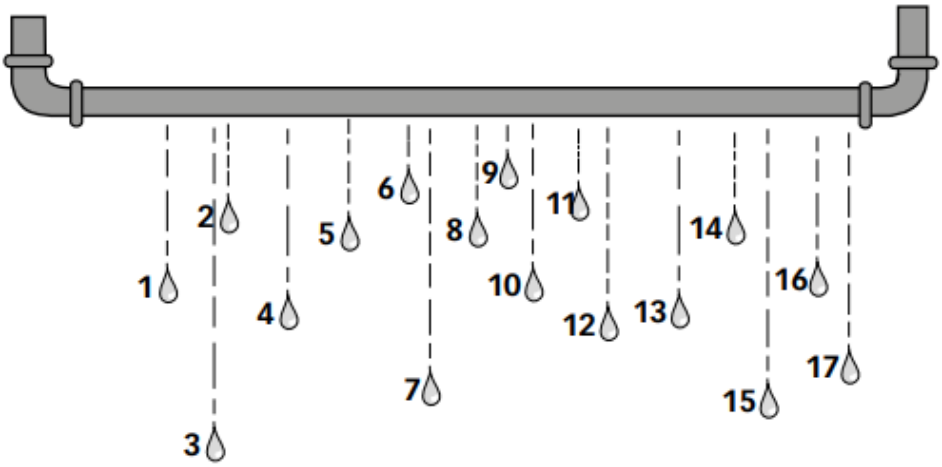

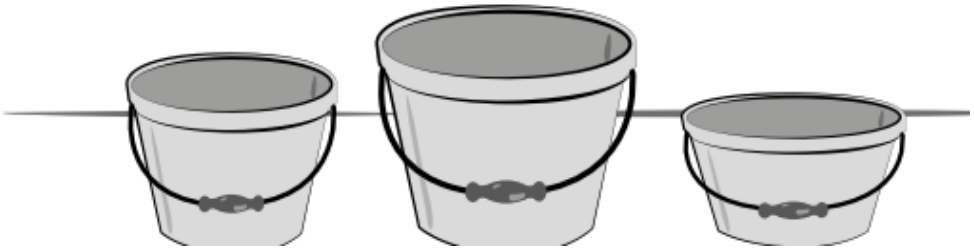

Обвести рисунки:



Заполнить таблицу:

Образец:

⊡	◒	✱	†	▪	○	❋	⊘	⊠
1	2	3	4	5	6	7	8	9

Задание:

◒	⊡	▪	○	⊠	†	❋	◒	○	✱	⊡	✱	▪	⊘	†